A

Petit test · Le tour d'un cercle

Version A · 8 minutes · avec la calculatrice (touche π)

Note : / 4

Nom ____________________ Prénom ____________________ Classe ____________

Pour chaque cercle, calcule son périmètre. Écris ton calcul, puis ta réponse arrondie au centième, avec l'unité.

Exercice 1 (2 points)

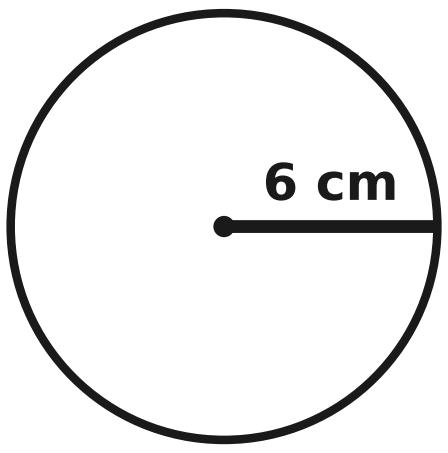

Un cercle a un
rayon de 6 cm.
Calcule son périmètre.

Mon calcul :

Réponse : P ≈ .... **cm**

Exercice 2 (2 points)

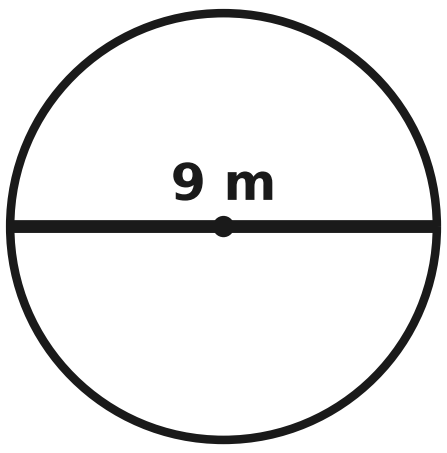

Un cercle a un
diamètre de 9 m.
Calcule son périmètre.

Mon calcul :

Réponse : P ≈ .... **m**

B

Petit test · Le tour d'un cercle

Version B · 8 minutes · avec la calculatrice (touche π)

Note : / 4

Nom ____________________ Prénom ____________________ Classe ____________

Pour chaque cercle, calcule son périmètre. Écris ton calcul, puis ta réponse arrondie au centième, avec l'unité.

Exercice 1 (2 points)

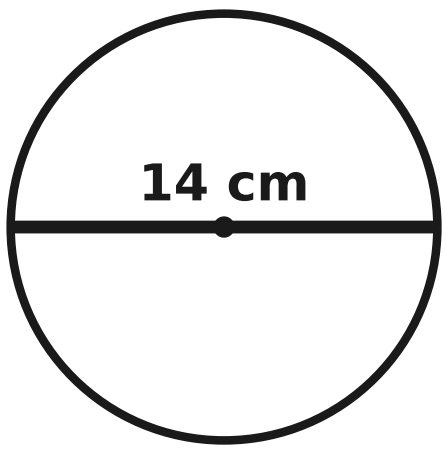

Un cercle a un
diamètre de 14 cm.
Calcule son périmètre.

Mon calcul :

Réponse : P ≈ .... **cm**

Exercice 2 (2 points)

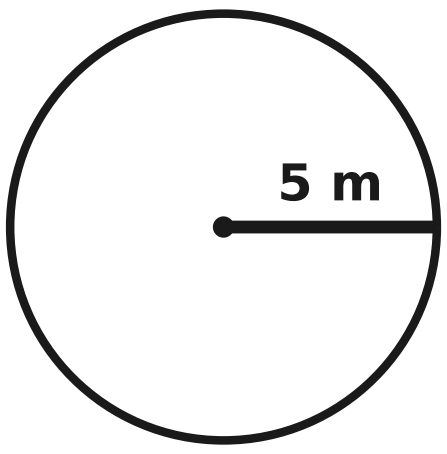

Un cercle a un
rayon de 5 m.
Calcule son périmètre.

Mon calcul :

Réponse : P ≈ .... **m**